Chapitre 12 - Fraction - Proportion et quotient

Activité Introduction

1. Compléter le tableau ci-dessous en coloriant chaque case de la couleur correspondant à celle de la figure.

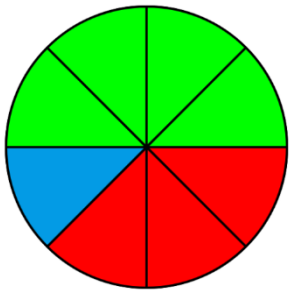

$\frac{1}{8}$	$\frac{1}{2}$	$\frac{4}{8}$	$\frac{2}{4}$	$\frac{3}{8}$

2. Compléter le rectangle avec les bonnes couleurs en utilisant le tableau ci-dessous.

$\frac{2}{18}$	$\frac{1}{3}$	$\frac{2}{9}$	$\frac{1}{6}$	$\frac{3}{18}$



3. Sur la demi-droite graduée ci-dessous, on a placé les fractions $\frac{1}{6}$ et $\frac{1}{3}$.

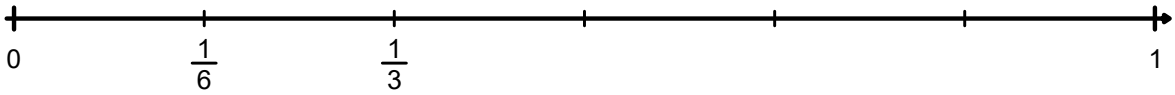

Placer les fractions $\frac{2}{3}$ et $\frac{5}{6}$.

I – Fraction et partage :

1) Vocabulaire :

$\frac{4}{5}$

4 ← Numérateur

5 ← Dénominateur

Ecriture fractionnaire :			Fraction :		
$\frac{1,5}{6}$	$\frac{16,4}{17,9}$	$\frac{4,6}{1}$	$\frac{1}{2}$	$\frac{16}{11}$	$\frac{8}{1}$

2) Demi-droite graduée :

Ici l'unité (la baguette de pain) est partagée en 5 parts égales.

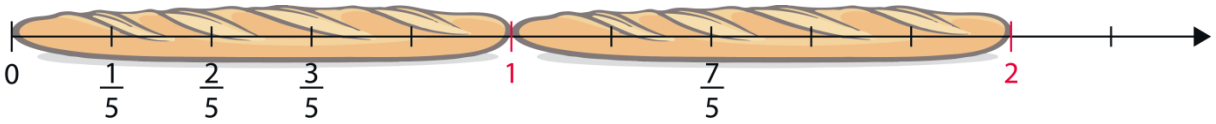

L'abscisse du point M est . Celle du point N est .

Remarque :

- ----------

- ----------

II – Quotient :

1) Définition :

Exemple :

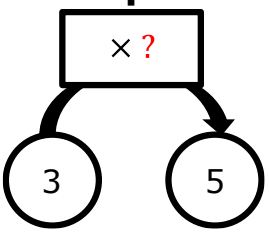

Par quoi doit-on multiplier 3 pour obtenir 5 ?
Soit $3 \times ? = 5$. Le nombre est ainsi :

2) Fraction d'une quantité :

Exemple :

Léa a 20€. Elle en dépense les $\frac{3}{4}$ pour acheter un DVD. Combien a-t-elle dépensé ?

I – Fractions égales :

1) Définition :

Exemples :

- $\frac{6}{7} = \frac{6\times4}{7\times4} = \frac{24}{28}$
- $\frac{32}{24} = \frac{32\div8}{24\div8} = \frac{4}{3}$

2) Produit en croix :

Propriété : (Egalité des produits en croix)

Exemples :

- $\frac{1}{3} = \frac{2}{6}$ car $1 \times 6 = 6$ et $3 \times 2 = 6$
- $\frac{15}{20} = \frac{21}{28}$ car $15 \times 28 = 420$ et $20 \times 21 = 420$

3) Simplification :

Exemples :

- $\frac{15}{40} = \frac{3\times\cancel{5}}{8\times\cancel{5}} = \frac{3}{8}$
- $\frac{18}{42} = \frac{3\times\cancel{6}}{7\times\cancel{6}} = \frac{3}{7}$