Chapitre 14

Activités d'introduction

Partie 1 – Problèmes de valeurs inconnues

Dans le cadre d'un travail en classe de mathématiques, les professeurs se sont mobilisés pour acheter le matériel nécessaire pour concevoir une frise avec leurs élèves.

1) Voici le prix payé par deux des enseignants pour des punaise et du fil identique provenant du même magasin :

Enseignant 1	8,6€	Enseignant 2	10,8€

Déduire de ces informations le prix :

a.		_____
b.		_____
c.		_____
d.		_____

2) A l'aide du matériel précédent le professeur fait réaliser à ses élèves les motifs suivants :

Professeur	Elève 1	Elève 2
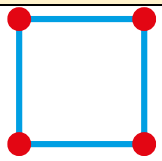	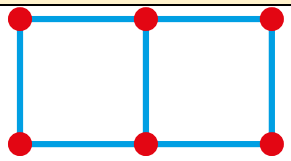	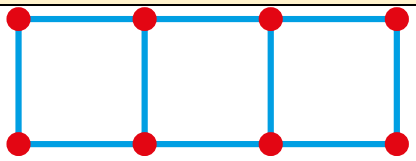

Combien de segments compose :

a. Le motif du professeur ?

_____

b. Le motif de l'élève 1

_____

c. Le motif de l'élève 2 ?

_____

d. Le motif de l'élève 5 ?

_____

3) Compléter le tableau ci-contre afin de connaître le nombre de segments qui compose le motif 23.

Numéro de l'élève	Nombres de segments
1	$7 = 4 + (3 \times 1)$
2	$10 = 4 + (3 \times \ldots)$
3	$\ldots = \ldots + (3 \times \ldots)$
…	…
23	$\ldots = \ldots + (\ldots \times \ldots)$